20. Az állatok szépségversenyének döntőjébe a bagoly, a róka, a pávián és az oroszlán jutott be, és egyikük nyerte a versenyt. Az eredményhirdetés után a bagoly és az oroszlán azt mondta, hogy a róka nyert. A róka azt állította, hogy a bagoly nyert, a pávián saját magát hirdette ki győztesnek. Melyik állat lett a győztes, ha egyikük sem mondott igazat?

(A) *a bagoly* **(B)** *a róka* **(C)** *a pávián* **(D)** *az oroszlán*
(E) *Ezekből az adatokból nem lehet meghatározni.*

21. Ebben az évben a 25. Zrínyi Ilona Matematikaversenyt rendezzük. Az első két évben nem rendeztünk döntőt. Két évben Veszprémben, egy évben Székesfehérváron tartottuk a döntőt, a többi verseny döntője Kecskeméten volt. Hány döntő zajlott le eddig Kecskeméten?

(A) *19* **(B)** *20* **(C)** *21* **(D)** *22* **(E)** *23*

22. Bambi óránként kétszer akkora utat tesz meg, mint Dumbo. Dumbo két óra alatt jut el a Nekeresd-erdőből a Seholsincs-hegyre. Hány óra alatt teszi meg Bambi ugyanezt az utat?

(A) *fél* **(B)** *1* **(C)** *2* **(D)** *4* **(E)** *8*

23. Annához és öccséhez vendégek érkeztek. Miután minden vendég elment, Anna nagymamájuknak azt telefonálta, hogy „hatnál több vendég volt nálunk", az öccse pedig azt, hogy „ötnél több vendég volt nálunk". Hány vendég volt Annáéknál, ha a két gyerek állítása közül csak az egyik igaz?

(A) *4* **(B)** *5* **(C)** *6* **(D)** *7*
(E) *Ezekből az adatokból nem lehet meghatározni.*

24. Misi Flórival játszott. Misi egy ötbetűs szóra gondolt. Ezután Flóri ötbetűs szavakat mondott, Misi pedig mindegyik szóról megmondta, hány olyan betű van benne, amely szerepel az általa gondolt szóban. Flóri eddig a MÉZES és a MÁLNA szavakat mondta. Misi mindkettőre 2-t mondott. Melyik szóra gondolhatott Misi?

(A) *LOMHA* **(B)** *BARNA* **(C)** *MEDVE* **(D)** *BÚSAN* **(E)** *SÉTÁL*

25. Egy mozi utolsó sorában 14 szék van. Mennyi lehet a legtöbb olyan szék ebben a sorban, amelyen ül néző, ha minden szék mellett van üres szék?

(A) *5* **(B)** *6* **(C)** *7* **(D)** *8* **(E)** *9*

MATEGYE Alapítvány
6001 Kecskemét, Pf. 585 Tel./fax: (76) 483-047
www.mategye.hu mategye@mail.datanet.hu

2014 ZRÍNYI ILONA MATEMATIKAVERSENY

megyei forduló

2. OSZTÁLY

Összeállította: SZÉKELI ANDREA általános iskolai tanító
Lektorálták: NADEMLEJNSKYNÉ TOÓK LILLA általános iskolai tanító
DR. PINTÉR KLÁRA főiskolai adjunktus
Feladatok, ötletek: BÁRTFAI LÁSZLÓNÉ általános iskolai tanár
CSORDÁS MIHÁLY általános iskolai tanár
CSORDÁS PÉTER általános iskolai tanár
HÉJJA NORBERT általános iskolai tanító
KOLESZÁR EDIT általános iskolai tanító
NAGY TIBOR általános iskolai tanár
SZÉKELI ANDREA általános iskolai tanító

SHARP Conet PARK KIADÓ URBAN & URBAN Nemzeti Tehetség Program

© Copyright MATEGYE Alapítvány, Kecskemét – 2014

1. Az öt ábra közül négyen ugyanaz az állat látható, egy ábrán ettől különböző. Melyik ez az ábra?

(A) **(B)** **(C)** **(D)** **(E)**

2. Hány K betű van a KECSKEMÉT szóban?

(A) *0* **(B)** *1* **(C)** *2* **(D)** *3* **(E)** *4*

3. Mennyi a ☺ értéke, ha ☺+☺=6?

(A) *2* **(B)** *3* **(C)** *4* **(D)** *5* **(E)** *7*

4. Bazsi az iskolai farsangi bálon 2 híján 5 fánkot evett meg. Hány fánkot evett meg Bazsi?

(A) *1* **(B)** *2* **(C)** *3* **(D)** *5* **(E)** *7*

5. Melyik állítás igaz?

(A) $9-7=4$ **(B)** $8<6$ **(C)** $8-8=8$ **(D)** $9>2$ **(E)** $10=6+3$

6. Milyen nap lesz holnap, ha tegnap csütörtök volt?

(A) *hétfő* **(B)** *kedd* **(C)** *szerda* **(D)** *péntek* **(E)** *szombat*

7. Mennyivel több háromszög van az ábrán, mint ahány kör?

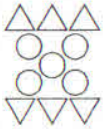

(A) *0* **(B)** *1* **(C)** *2* **(D)** *3* **(E)** *5*

8. Sári egy hetet és két napot töltött a nagyszüleinél. Hány napot töltött Sári a nagyszüleinél?

(A) *3* **(B)** *9* **(C)** *10* **(D)** *12* **(E)** *14*

9. Picúr szobájának alaprajza az ábrán látható. Ilyen lapokkal fedi le az egészet: □. Hány lapot használ fel hozzá?

(A) *10* **(B)** *12* **(C)** *14* **(D)** *15* **(E)** *16*

10. Hófehérke 47 áfonyát gyűjtött, 9-cel többet, mint Hapci. Hány áfonyát gyűjtött Hapci?

(A) *27* **(B)** *28* **(C)** *38* **(D)** *39* **(E)** *56*

11. Az ábrán négy alakzat látható. Hány olyan van közöttük, amelynek annyi oldala van, mint a beleírt szám?

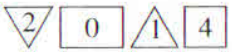

(A) *0* **(B)** *1* **(C)** *2* **(D)** *3* **(E)** *4*

12. A cserebere piacon 2 banánért 8 mandarint adnak. Hány mandarint adnak 3 banánért?

(A) *5* **(B)** *10* **(C)** *11* **(D)** *12* **(E)** *13*

13. A farsangon 30-an táncolnak egyszerre a színpadon, közülük 12-en egyedül, a többiek párokat alkotva. Hány pár táncol a színpadon?

(A) *7* **(B)** *8* **(C)** *9* **(D)** *12* **(E)** *18*

14. A varázslótanoncok hetente három nap járnak iskolába. A táblázat a heti órarendjüket mutatja. Hány órát tart nekik hetente Csiribiri tanár úr, ha ő a titkosírás és a söprűröptetés tantárgyakat tanítja?

	Hétfő	*Szerda*	*Péntek*
1.	söprűröptetés	varázsigeírás	titkosírás
2.	távolbalátás	titkosírás	távolbalátás
3.	titkosírás	söprűröptetés	varázsigeírás

(A) *4* **(B)** *5* **(C)** *7* **(D)** *8* **(E)** *9*

15. Tudorka számítógépe rosszul működik. Minden betű begépelésekor közvetlenül a begépelt betű képe után a képernyőn megjelenik egy A betű. Mi látható a számítógép képernyőjén, ha Tudorka a LAP szót gépelte be?

(A) *ALAPA* **(B)** *LAAPA* **(C)** *LAAAPA* **(D)** *LAAP* **(E)** *ALAAAPA*

16. Tomi és Karcsi összesen 18 gombócot evett meg. Karcsi kétszer annyit, mint Tomi. Hány gombócot evett meg Karcsi?

(A) *6* **(B)** *8* **(C)** *9* **(D)** *12* **(E)** *15*

17. Nagyanyó receptje szerint a tojásrántottához 2 személyre 6 darab tojás, csipet só és kanálnyi olaj kell. Hány darab tojásra van szüksége nagyanyónak, ha 6 személyre készít rántottát?

(A) *12* **(B)** *15* **(C)** *18* **(D)** *24* **(E)** *30*

18. Hány perccel 8 óra előtt ér be az iskolába az a diák, aki 5 perccel 7 óra után indul el otthonról, és 5 perc alatt ér be az iskolába?

(A) *10* **(B)** *15* **(C)** *40* **(D)** *50* **(E)** *70*

19. Zsuzsi és Kati a 4; 6 és 9 számjegyeket felhasználva írt kétjegyű számokat a füzetébe. Zsuzsi leírta az összes ilyen számot, Kati csak azokat, amelyekben a két számjegy különböző. Hány olyan szám van, amit Zsuzsi leírt, de Kati nem?

(A) *1* **(B)** *3* **(C)** *5* **(D)** *6* **(E)** *9*

20. Amikor még az egér, a macska és a kutya elválaszthatatlan barátok voltak, elmentek a fényképészhez, hogy közös képet készíttessenek magukról. A fényképész az ábrán látható sorrendbe állította be őket. Ezután a macska megkérte az egeret, hogy cseréljenek helyet, mert a kutya mellett szeretne állni. A csere után az egér javasolta, hogy a kutya álljon középre, mivel ő a legmagasabb. Az ötlet mindhármuknak tetszett, így a kutya beállt középre. Hogyan helyezkedett el ezután a három barát?

(A) **(B)** **(C)** **(D)** **(E)**

21. Tomi leírta az összes kétjegyű számot. Hány olyan kétjegyű számot írt le, amelynek mindkét számjegye páros?

(A) *5* **(B)** *9* **(C)** *20* **(D)** *25* **(E)** *45*

22. A szobában egy szék, egy pad, egy fotel és egy sámli van. Anna, Bálint, Csilla és Dávid leülnek, mindegyikük másik ülőhelyre. Ki ül a széken, ha a padon és a fotelben nem lány ül, Bálint nem a széken ül, a sámlin nem Csilla ül?

(A) *Anna* **(B)** *Bálint* **(C)** *Csilla* **(D)** *Dávid*
(E) *Ezekből az adatokból nem lehet meghatározni.*

23. A bolhacirkuszban a bolhák két porondon várják az előadás kezdetét. A kék színű porondon hússzal több bolha van, mint a piros színű porondon. A bolhaidomár csettintésére mindkét porondról az ott lévő bolhák fele egyszerre átugrik a másik porondra. Melyik porondon és mennyivel lesz több bolha az ugrás után?

(A) *A piros színűn lesz több hússzal.* **(B)** *A piros színűn lesz több tízzel.*
(C) *Mindkét porondon ugyanannyi bolha lesz.* **(D)** *A kék színűn lesz több tízzel.*
(E) *Ezekből az adatokból nem lehet meghatározni.*

24. Egy vázában piros és sárga virágok voltak, rózsák és tulipánok. Az összes virág felénél eggyel több volt piros, az összes felénél eggyel kevesebb volt tulipán. Vera néhány virágot kivett a vázából, és csokorba kötötte. Melyik virágokból nem állhat Vera csokra, ha a vázában eredetileg 12 szál virág volt, és a tulipánok közül egy volt sárga?

(A) *4 sárga rózsa és 3 piros rózsa*
(B) *4 piros tulipán és 3 piros rózsa*
(C) *4 sárga rózsa és 3 piros tulipán*
(D) *4 piros tulipán és 1 sárga tulipán*
(E) *4 piros rózsa és 1 sárga tulipán*

25. Mennyi lehet a legtöbb golyó abban a dobozban, amelyből nem tudunk kivenni sem 4 egyforma színű golyót, sem 4 különböző színű golyót?

(A) *3* **(B)** *6* **(C)** *7* **(D)** *9* **(E)** *12*

MATEGYE Alapítvány
6001 Kecskemét, Pf. 585 Tel./fax: (76) 483-047
www.mategye.hu mategye@mail.datanet.hu

2015 ZRÍNYI ILONA MATEMATIKAVERSENY

megyei forduló

2. OSZTÁLY

Összeállította: SZÉKELI ANDREA általános iskolai tanító
Lektorálták: CSORDÁS MIHÁLY általános iskolai tanár
DR. PINTÉR KLÁRA főiskolai adjunktus
Feladatok, ötletek: BÁRTFAI LÁSZLÓNÉ általános iskolai tanár
HÉJJA NORBERT általános iskolai tanító
JÁGER MÁRTA középiskolai tanár
LIKTOR EMILNÉ általános iskolai tanár
RÓKA SÁNDOR középiskolai tanár
SZÉKELI ANDREA általános iskolai tanító
TIGYINÉ TAKÁCS ZSUZSANNA középiskolai tanár

EMBERI ERŐFORRÁSOK MINISZTÉRIUMA
EMBERI ERŐFORRÁS TÁMOGATÁSKEZELŐ
Nemzeti Tehetség Program
OKTATÁSKUTATÓ ÉS FEJLESZTŐ INTÉZET
Conet
PARK KIADÓ

© Copyright MATEGYE Alapítvány, Kecskemét – 2015

1. Melyik ceruza a legrövidebb?

(A) (B) (C) (D) (E)

2. Melyik szám páratlan?

(A) *4* (B) *7* (C) *8* (D) *12* (E) *66*

3. Mennyivel egyenlő 3+4+1?

(A) *3* (B) *4* (C) *7* (D) *8* (E) *9*

4. Garfield hóemberfejeket rajzolt. Melyik hóemberfej rajzában van a legtöbb kör?

(A) (B) (C) (D) (E)

5. Anna a múlt héten hétfő és vasárnap kivételével minden nap korcsolyázott. Hány nap volt korcsolyázni Anna a múlt héten?

(A) *2* (B) *3* (C) *4* (D) *5* (E) *7*

6. Melyiket nem lehet kirakni a következő alakzatokból: □□ ?

(A) (B) (C) (D) (E)

7. Hány pöttye van összesen három hétpöttyös katicabogárnak?

(A) *3* (B) *7* (C) *10* (D) *19* (E) *21*

8. Erzsi néni két sorba virágpalántákat ültetett. Anyák napján néhány palánta kivirágzott, néhánynak még csak levele volt (lásd ábra). Hány palánta virágzott anyák napján Erzsi néni kertjében?

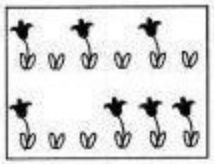

(A) *3* (B) *4* (C) *5*
(D) *7* (E) *12*

9. Béci 45 forintért vásárolt egy csokoládét. Hány forintot kapott vissza, ha 100 forintossal fizetett?

(A) *45* (B) *50* (C) *55* (D) *60* (E) *65*

10. TÓBIÁS tréfából úgy írta le a nevét, hogy minden második betűjét kihagyta. Mit írt le?

(A) *TBS* (B) *TÓI* (C) *BIÁ* (D) *ÓBI* (E) *TBÁ*

11. Az állatvásárban 1 lóért 4 birkát adnak. Hány birkát adnak 3 lóért?

(A) *3* (B) *4* (C) *7* (D) *8* (E) *12*

12. Melyik Marika pénztárcája, ha abban öt pénzérme van, és azok értéke összesen 100 Ft?

(A)  (B) (C) 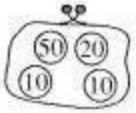

(D) 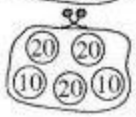 (E) 

13. Egy futballmérkőzésen összesen hét gólt rúgtak a játékosok. Feri a vesztes csapat csatára volt. Mennyi a legtöbb gól, amelyet Feri az ellenfél kapujába lőhetett?

(A) *3* (B) *4* (C) *5* (D) *6* (E) *7*

14. Samu este 8 órakor aludt el, és másnap reggel 7 órakor ébredt fel. Zoli egy órával később tudott csak elaludni, mint Samu. Hány órát aludt Zoli, ha ugyanakkor ébredt fel, mint Samu?

(A) *1* (B) *9* (C) *10* (D) *12* (E) *15*

15. Réka szendvicseket készít. Ehhez vásárolt egy csomag szalámit, egy uborkát és 15 zsemlét. Egy csomagban 28 szelet szalámi van. Minden szalámis szendvics úgy készül, hogy a zsemlébe két szelet szalámit és egy szelet uborkát tesz. Hány szelet uborkát vágjon a szendvicsekbe, ha a legtöbb szalámis szendvicset készíti el?

(A) *14* (B) *15* (C) *16* (D) *18* (E) *28*

16. Nyakigláb két évvel idősebb Málészájnál. Málészáj fele annyi éves, mint Nyakigláb. Hány évvel fiatalabb Málészáj Nyakiglábnál?

(A) *1* (B) *2* (C) *3* (D) *4* (E) *5*

17. Az iskola tanulói megnéznek egy mérkőzést a sportcsarnokban. A nézőtéren 5 sor van. Az első sorban 13, a második sorban 17, a harmadik sorban 14, a negyedikben 15, az ötödikben 18 ülőhely van. A mérkőzés ideje alatt minden ülőhelyen ül egy néző. Hány gyermek ül az 5 sorban összesen, ha minden sor első és utolsó székén felnőtt ül?

(A) *66* (B) *67* (C) *69* (D) *70* (E) *77*

18. Marcinak 5 kisautója van: 1 piros, 1 kék, 1 zöld, 1 sárga és 1 fekete színű. A pirosat és még kettő másikat megtartja magának, a többit a barátjának adja. Hányféleképpen választhat kisautót Marci a barátjának?

(A) *2* (B) *3* (C) *4* (D) *5* (E) *6*

19. Baltazár most 1 éves. Hány év múlva lesz tízszer annyi idős, mint most?

(A) *1* (B) *6* (C) *9* (D) *10* (E) *11*

20. Bori leírta 0-tól 99-ig a számokat. Hányszor írta le az 1-es számjegyet?

(A) *10* **(B)** *11* **(C)** *18* **(D)** *19* **(E)** *20*

21. Hány különböző útvonalon juthat el Csiga Csilla a négyzetrács vonalain haladva Csíből Csúba, ha csak fölfelé és jobbra mehet (lásd ábra)?

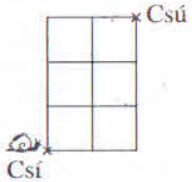

(A) *4* **(B)** *6* **(C)** *7*
(D) *10* **(E)** *12*

22. Dodó egy számegyenesen ×-szel megjelölte három kétjegyű szám helyét. A

három kétjegyű szám számjegyei helyett egy-egy jelet rajzolt, azonos számjegy helyére azonos, különböző számjegy helyére különböző jelet (lásd ábra). Melyik számjegyet jelöli a ☺, ha a számegyenesen két szomszédos beosztás távolsága 1 egésznek felel meg?

(A) *5* **(B)** *6* **(C)** *7* **(D)** *8* **(E)** *9*

23. A 2-es autóbusz útvonalán 4 megálló van. A 2-es autóbusz mai első útja során nem volt két olyan utas, aki ugyanannál a megállónál szállt fel, és ugyanannál a megállónál szállt le. Hány utas utazott az autóbuszon, ha az utasok száma a lehető legtöbb volt?

(A) *6* **(B)** *9* **(C)** *10* **(D)** *12* **(E)** *16*

24. A bergengóc nyelvben kétbetűs szavak vannak. Ezek közül 4 szót leírtunk egy lapra, és egy-egy vonallal azokat a szavakat kötöttük össze, amelyekben van azonos betű. Melyik ábrát nem kaphattuk, ha az ábrákon a pöttyök a leírt szavakat jelölik?

(A) **(B)** **(C)** **(D)** **(E)**

25. Gombóc Artúrnak egy piros, egy fehér, egy zöld, egy kék és egy sárga sapkája van. Közülük pontosan kettő bojtos, de elfelejtette, hogy melyik kettő. Arra emlékszik, hogy a zöld és a sárga sapkája közül az egyik bojtos, a másik nem. A kék és fehér sapkája közül is az egyik bojtos, a másik nem. Hány állításról lehet eldönteni az alábbi négy állítás közül, hogy igaz vagy hamis?

- A piros sapka bojtos.
- A piros és a kék sapka bojtos.
- A piros sapka nem bojtos.
- A kék és a fehér sapka bojtos.

(A) *0* **(B)** *1* **(C)** *2* **(D)** *3* **(E)** *4*

MATEGYE Alapítvány
6001 Kecskemét, Pf. 585 Tel./fax: (76) 483-047
www.mategye.hu mategye@mail.datanet.hu

2016 ZRÍNYI ILONA MATEMATIKAVERSENY

megyei forduló

2. OSZTÁLY

Összeállította: SZÉKELI ANDREA általános iskolai tanító

Lektorálták: NADEMLEJNSKYNÉ TOÓK LILLA általános iskolai tanító
DR. PINTÉR KLÁRA főiskolai adjunktus

Feladatok, ötletek: BÁRTFAI LÁSZLÓNÉ általános iskolai tanár
CSORDÁSNÉ SZÉCSI JOLÁN középiskolai tanár
HÉJJA NORBERT általános iskolai tanító
JÁGER MÁRTA középiskolai tanár
NAGYNÉ LELKES ANIKÓ általános iskolai tanító
SCHIMPL MIKSÁNÉ általános iskolai tanár
SZÉKELI ANDREA általános iskolai tanító
SZÖLLŐSINÉ SAMU ERZSÉBET általános iskolai tanár
ZSIROS PÉTER középiskolai tanár

Emberi Erőforrások Minisztériuma
EMBERI ERŐFORRÁS TÁMOGATÁSKEZELŐ
Nemzeti Tehetség Program
Morgan Stanley
Cardinal Kft.
URBAN & URBAN
PARK KIADÓ
UIET Utóvizsgaelőkészítő Iskolák Helyettesítő Tanács
Fussunk NEKI
Kecskeméti Alapítvány

© Copyright MATEGYE Alapítvány, Kecskemét – 2016

1. Melyik alakzat háromszög?

(A) (B) (C) (D) (E)

2. Bolka lerajzolta Lolkát (lásd ábra). Melyik az a kép, amelyik nem lehetett Bolka rajza rajzolás közben, ha nem használt radírt?

(A) (B) (C) (D) (E)

3. Ági órája 10 óra 52 percet mutat (lásd ábra). Mennyi az órán látható négy számjegy összege?

10:52

(A) *1* (B) *2* (C) *5* (D) *7* (E) *8*

4. Hány szeme van 4 egyszemű és 1 kétszemű Minyonnak?

(A) *4* (B) *5* (C) *6* (D) *8* (E) *9*

5. Melyik szám kerül a ♥ helyére, ha a ♥+13=50 egyenlőség igaz?

(A) *33* (B) *36* (C) *37* (D) *43* (E) *47*

6. Peti minden reggel 8 órakor egy lekváros és egy pudingos fánkot eszik. Hány fánkot eszik meg Peti egy hét alatt?

(A) *2* (B) *8* (C) *9* (D) *12* (E) *14*

7. Hány deciméter két méter meg egy fél méter?

(A) *2* (B) *3* (C) *15* (D) *20* (E) *25*

8. Peti 3 darab gumicukrot vásárolt. Darabja 15 Ft-ba került. Hány forintot fizetett Peti?

(A) *18* (B) *30* (C) *40* (D) *45* (E) *60*

9. Piroska kosarában eggyel több alma van, mint ahány kenyér, és eggyel több üveg, mint ahány alma. Melyik Piroska kosara?

(A) (B) (C) (D) (E)

10. Tibi tolltartójában öt ceruza volt, köztük több hegyes, mint tompa. Tibi kivett egy tompa ceruzát a tolltartójából, és még így is maradt benne tompa ceruza. Hány tompa ceruza maradt ekkor Tibi tolltartójában?

(A) *0* (B) *1* (C) *2* (D) *3* (E) *4*

11. VIOLA a saját nevét szerette volna leírni, de két szomszédos betűt véletlenül felcserélt, a többi betű a helyére került. Mit írhatott le VIOLA?

(A) *OLIVA* (B) *VLIOA* (C) *LIOVA* (D) *AIOVL* (E) *VIOAL*

12. Egy kör alakú, mindkét oldalán szürke színű papírlapot félbehajtottunk, majd újra félbehajtottuk. Ezután az ábrán látható szaggatott vonal mentén levágtunk belőle egy darabot. Melyik ábra mutatta a lap kihajtogatás utáni képét?

(A) (B)  (C) (D) (E)

13. Kati palacsintát sütött. Csak a tizedik és az utolsó nem sikerült szépre, mert ezek egy kicsit elszakadtak. A két szakadt palacsinta megsütése között 8 szépet sütött. Hány palacsintát sütött Kati?

(A) *9* (B) *10* (C) *17* (D) *18* (E) *19*

14. Melyik két számjegyet kell felcserélni a 37+42=61 összeadásban, hogy igaz legyen az egyenlőség?

(A) *2 és 3* (B) *2 és 4* (C) *2 és 7* (D) *3 és 4* (E) *3 és 7*

15. Két szám összege 29, különbségük 5. Mennyi a kisebb szám számjegyeinek összege?

(A) *3* (B) *8* (C) *11* (D) *12* (E) *17*

16. Melyik dominót kell megfordítani ahhoz, hogy a dominók felső részein lévő pöttyök számának összege egyenlő legyen a dominók alsó részein lévő pöttyök számának összegével?

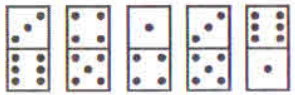

A B C D E

(A) *A* (B) *B* (C) *C* (D) *D* (E) *E*

17. Petinek ma reggel kiesett egy tejfoga. Így ma már csak 15 tejfoga van. Tegnap még kétszer annyi tejfoga volt, mint nem tejfoga. Hány fogból áll ma Peti fogsora?

(A) *15* (B) *16* (C) *20* (D) *23* (E) *24*

18. Az ábrán látható négy körbe beírjuk a 2; 0; 1 és 6 számokat úgy, hogy a nyíl mindig a nagyobb szám felé mutat. Hány különböző kitöltés lehetséges?

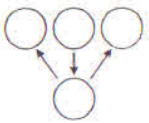

(A) *0* (B) *1* (C) *2* (D) *3* (E) *4*

19. Balázs születésnapja ebben a hónapban másodikán volt. A hét melyik napjára esett Balázs születésnapja, ha tegnap tizennyolcadika volt, és holnap szombat lesz?

(A) *hétfő* (B) *kedd* (C) *szerda* (D) *csütörtök* (E) *péntek*

19. Laci a [2] [0] [1] [7] számkártyákból kiválasztott kettőt, és azokból kirakott egy kétjegyű számot. Hányféle kétjegyű számot rakhatott ki?

(A) *3* **(B)** *6* **(C)** *9* **(D)** *11* **(E)** *13*

20. Berci leírt egy számot. Ezután leírta a szám jobb oldalára a szám nagyobbik számszomszédját, bal oldalára pedig a kisebbik számszomszédjánál eggyel kisebb számot. A három szám összege 95. Melyik számot írta le elsőnek Berci?

(A) *26* **(B)** *28* **(C)** *30* **(D)** *32* **(E)** *33*

21. Zsuzsinak egy fehér és egy piros sapkája, egy zöld és egy kék kabátja, valamint egy sárga és egy piros sálja van. Hányféleképpen választhat ki Zsuzsi egy sálat, egy kabátot és egy sapkát, ha két egyforma színű ruhadarabot nem választ?

(A) *3* **(B)** *4* **(C)** *5* **(D)** *6* **(E)** *8*

22. Az ábrán látható négy kör mindegyikébe a 0; 1 és 2 számok valamelyikét írjuk. Ezután azokat a köröket kötjük össze egy vonallal, amelyekbe beírt két szám összege 3. Melyik ábra nem jöhet így létre? (A válaszokban a számokat nem tüntettük fel.)

(A) **(B)** **(C)** **(D)** **(E)**

23. Mennyi az N betű értéke, ha F+Á+N+K=21, Á+N+K=16, F·Á=10 és Á+K=N?

(A) *4* **(B)** *6* **(C)** *8* **(D)** *10* **(E)** *12*

24. Paca öt különböző figura felhasználásával díszítősort készített a füzetébe úgy, hogy a lap bal szélétől kezdve egy sorba, egymás mellé lerajzolt 12 figurát. Az ábrán a lerajzolt díszítősor eleje, az első öt figura látható. A sorban a nyolcadik figura olyan, mint az első, az utolsó pedig olyan, mint a negyedik. Melyik figura került a kilencedik helyre, ha bármely négy egymást követő figura között nincs egyforma?



(A) **(B)** **(C)** **(D)** **(E)**

25. A varázsló különböző varázsitalokat készít. Minden varázsitalt úgy készít el, hogy egy folyadékot összekever kétféle varázsporral. (A felhasználható folyadékok és porok neve a táblázatban látható.) Hányféle varázsital készíthető?

Folyadék neve	Por neve
zöld fűlé	kristálypor
ábrándolaj	békaháj
liliombalzsam	rózsaszirom
	csillagánizs

(A) *6* **(B)** *12* **(C)** *16*
(D) *18* **(E)** *24*

MATEGYE Alapítvány
6001 Kecskemét, Pf. 585 Tel./fax: (76) 483-047
www.mategye.hu mategye@mail.datanet.hu

2017 ZRÍNYI ILONA MATEMATIKAVERSENY

megyei forduló

2. OSZTÁLY

Összeállította: SZÉKELI ANDREA általános iskolai tanító
Lektorálták: NADEMLEJNSKYNÉ TOÓK LILLA általános iskolai tanító
DR. PINTÉR KLÁRA főiskolai docens
Feladatok, ötletek: BÁRTFAI LÁSZLÓNÉ általános iskolai tanár
CSÁSZÁR SÁNDOR általános iskolai tanár
HÉJJA NORBERT általános iskolai tanító
JÁGER MÁRTA középiskolai tanár
SZÉKELI ANDREA általános iskolai tanító
RÓKA SÁNDOR középiskolai tanár
TÓTH SÁNDOR középiskolai tanár

EMBERI ERŐFORRÁSOK MINISZTÉRIUMA
EMBERI ERŐFORRÁS TÁMOGATÁSKEZELŐ
Nemzeti Tehetség Program
Cardinal Kft.
URBÁN & URBÁN
PARK KIADÓ
Morgan Stanley
PADMA

© Copyright MATEGYE Alapítvány, Kecskemét – 2017

1. Melyik bohóc a legmagasabb?

(A) (B) (C) (D) (E)

2. Mennyi a 9−7+3 műveletsor eredménye?

(A) *3* (B) *4* (C) *5* (D) *6* (E) *7*

3. Melyik alakzatból látható pontosan három a keretben?



(A) ✳ (B) ♥ (C) △
(D) □ (E) ♣

4. Melyik zsákban van páros számú mogyoró?

(A) (B) (C) (D) (E)

5. Az iskola udvarán 9 lány és ugyanannyi fiú hóembert épít. Hány gyerek épít hóembert?

(A) *9* (B) *10* (C) *12* (D) *16* (E) *18*

6. Az ábrán Csuszi Csiga látható. Mennyi Csuszi Csiga csigaházán a négyzetekbe írt 16 egyjegyű szám összege?

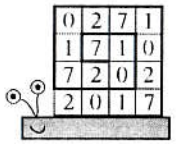

(A) *36* (B) *38* (C) *40*
(D) *41* (E) *42*

7. Hamupipőke 50 darab színes gyöngyből nyakláncot készít. Már 27 gyöngyöt felfűzött. Hányat kell még felfűznie?

(A) *13* (B) *23* (C) *27* (D) *33* (E) *37*

8. Samu a 47; 17; 74; 40 és 71 számokat csökkenő sorrendben kimondta. Melyik számot mondta ki először?

(A) *17* (B) *40* (C) *47* (D) *71* (E) *74*

9. Hány ágy van abban a faházban, ahol 4 kétágyas és 2 háromágyas szoba van?

(A) *6* (B) *8* (C) *13* (D) *14* (E) *16*

10. Hapci Benő megfázott. A múlt héten, vasárnap kivételével minden nap reggel, délben és este egy darab gyógyszert vett be, vasárnap egyet sem. Hány darab gyógyszert vett be Benő a múlt héten?

(A) *3* (B) *6* (C) *12* (D) *18* (E) *21*

11. Pistike a kishúgának azt mondta: négy nap múlva olyan nap lesz, ami csütörtök után két nappal van. Melyik napon mondta ezt Pistike?

(A) *hétfő* (B) *kedd* (C) *szerda* (D) *csütörtök* (E) *szombat*

12. Négy lányról a következőt tudjuk: Dóri magasabb Rozinál és Sárinál. Sári nem a legalacsonyabb. Móni magasabb Dórinál. Melyik a négy lány magasság szerinti csökkenő sorrendje?

(A) *Dóri, Rozi, Sári, Móni* (B) *Móni, Dóri, Sári, Rozi*
(C) *Móni, Sári, Dóri, Rozi* (D) *Rozi, Dóri, Móni, Sári*
(E) *Móni, Rozi, Sári, Dóri*

13. Kerekerdő közepén lakik Kereki, aki az erdőt kerüli. Hétfőn egyszer, kedden kétszer, szerdán háromszor, csütörtökön négyszer, pénteken ötször járja körül az erdőt, szombaton és vasárnap viszont egyszer sem. Milyen nap van ma, ha a mai napon kívül az utóbbi három napon 6-szor kerülte meg az erdőt?

(A) *hétfő* (B) *kedd* (C) *szerda* (D) *csütörtök* (E) *péntek*

14. A táblázat minden betűjéhez tartozik az oszlopának tetején egy alakzat (✳, ♥, ☺, +, △), és a sorának elején egy szám (1; 2; 3; 4; 5). Így minden betűt helyettesíthetünk a hozzá tartozó alakzattal és számmal. Például A=♥1. Melyik négybetűs szót írtuk le a ☺3, △1, ✳3, ♥2 jelsorozattal?

	✳	♥	☺	+	△
1	R	A	N	Z	O
2	É	T	Á	E	K
3	L	H	B	U	D
4	Ű	Ö	M	P	C
5	F	G	U	S	V

(A) *BOCI* (B) *BOLT* (C) *BOTI*
(D) *BORI* (E) *BOGI*

15. Gombóc Artúr a pénzéből összesen 8 darab 2 talléros kerek csokoládét tud vásárolni. Neki jobban ízlik a 3 talléros töltött csokoládé. Hány darab 3 talléros töltött csokoládét tud vásárolni, ha a vásárolt 3 talléros csokoládék száma a lehető legtöbb?

(A) *5* (B) *6* (C) *7* (D) *8* (E) *9*

16. Kati az ábrán látható számkártyák közül kiválasztott néhányat, és a kiválasztott kártyákon látható számokat összeadta. Mennyi nem lehetett ez az összeg?

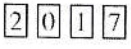

(A) *6* (B) *7* (C) *8* (D) *9* (E) *10*

17. Sándor, József és Benedek ugyanabban az évben születtek, mindhárman a hónap 17. napján, csak más-más hónapban. Sándor 6 hónappal idősebb Józsefnél és 5 hónappal fiatalabb Benedeknél. Melyik hónapban született Sándor?

(A) *április* (B) *május* (C) *június* (D) *július* (E) *augusztus*

18. Az 1. ábrán látható kertet füvesítjük. Ehhez a 2. ábrán látható gyeptéglából használunk fel néhányat. Hányféleképpen tudjuk hézagmentesen lerakni gyeptéglákkal a kertet?

1. ábra

2. ábra

(A) *1* (B) *2* (C) *3* (D) *4* (E) *5*

20. Egy tisztáson a háromfejű sárkányok csapata focizott a hétfejű sárkányok csapatával. Mindkét csapatban ugyanannyi sárkány játszott, és a játékosoknak összesen 40 fejük volt. Mindegyik sárkány mindegyik fejével egy gólt fejelt. Mennyivel több gólt fejelt a hétfejű sárkányok csapata, mint a háromfejű sárkányok csapata?

(A) *4* **(B)** *12* **(C)** *16* **(D)** *28* **(E)** *40*

21. Kerekerdő színpadán minden nap ugyanabban az időpontban kezdődik a koncert. Nyuszika hétfőn 5 perccel az előadás kezdete után érkezett. Kedden 15 perccel később érkezett, mint hétfőn. Szerdán 35 perccel korábban érkezett, mint kedden. Így szerdán 16 óra 20 perckor érkezett meg. Mikor kezdődik Kerekerdő színpadán a koncert?

(A) *16 órakor* **(B)** *16 óra 15 perckor* **(C)** *17 órakor*
(D) *16 óra 30 perckor* **(E)** *16 óra 35 perckor*

22. Babonás Béla téli kabátján négy gomb van (lásd ábra). Babonából az elsőként begombolt gomb begombolása után úgy folytatja a gombolást, hogy mindig olyan gombot gombol be, amelyik nincs sem közvetlenül felette, sem közvetlenül alatta az előtte begombolt gombnak. Hányféle sorrendben gombolhatja be Babonás Béla téli kabátjának mind a négy gombját?

(A) *0* **(B)** *2* **(C)** *3* **(D)** *4* **(E)** *6*

23. Az autóbuszban 3 sorban egymás mögött, soronként 2 üléssel, összesen 6 szabad hely van. Anna, Bea, Csilla, Dóri, Eszter és Fanni leültek ezekre a helyekre. Anna nem Bea mellett, Bea nem Csilla és nem Dóri mellett, Dóri nem Anna, nem Csilla és nem Eszter mellett ült. Ki mellett ült Anna?

(A) *Bea* **(B)** *Csilla* **(C)** *Dóri* **(D)** *Eszter*
(E) *Ezekből az adatokból nem lehet meghatározni.*

24. Egy kosárban kék, zöld, lila és piros színű golyók vannak. Tádé, Döme és Samu a színeket meg tudják különböztetni, de a színek neveit még keverik. Egyikük a kék színt a zöld színnel, másikuk a zöld színt a lila színnel, harmadikuk a lila színt a piros színnel cseréli fel. Így a kosárban lévő golyók színéről más-más listát írt a három fiú (lásd ábra). Hány zöld színű golyó van a kosárban?

	Kék	Zöld	Lila	Piros
Tádé	4	6	7	9
Döme	4	9	6	7
Samu	6	4	9	7

(A) *4* **(B)** *6* **(C)** *7* **(D)** *9*
(E) *Ezekből az adatokból nem lehet meghatározni.*

25. Hányféleképpen juthatunk el az ábra 1-gyel jelölt mezőjéről a 8-cal jelölt mezőjére, ha egy mezőről mindig egy vele szomszédos mezőre lépünk, és minden mezőre egy út során legfeljebb egyszer lépünk? (Az 1-gyel jelölt mezőre az indulás után már nem léphetünk.)

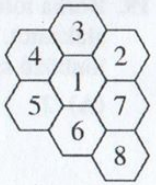

(A) *12* **(B)** *20* **(C)** *22*
(D) *26* **(E)** *28*

2018 ZRÍNYI ILONA MATEMATIKAVERSENY

megyei forduló

2. OSZTÁLY

Összeállította: SZÉKELI ANDREA általános iskolai tanító
Lektorálta: DR. PINTÉR KLÁRA főiskolai docens
Feladatok, ötletek: BÁRTFAI LÁSZLÓNÉ általános iskolai tanár
HÉJJA NORBERT általános iskolai tanító
JÁGER MÁRTA középiskolai tanár
NAGY JÓZSEF általános iskolai tanár
NAGYNÉ LELKES ANIKÓ általános iskolai tanító
RÓKA SÁNDOR középiskolai tanár
SCHIMPL MIKSÁNÉ általános iskolai tanár
SZÉKELI ANDREA általános iskolai tanító
SZÖLLŐSINÉ SAMU ERZSÉBET általános iskolai tanár

MATEGYE Alapítvány
6001 Kecskemét, Pf. 585 Tel./fax: (76) 483-047
www.mategye.hu mategye@mail.datanet.hu

© Copyright MATEGYE Alapítvány, Kecskemét – 2018

1. Melyik álarc más mintájú, mint a többi?



2. Hány szám páratlan a 2; 0; 1; 8 számok közül?

(A) *0* (B) *1* (C) *2* (D) *3* (E) *4*

3. Lecsó, a szakács egy óriáspizzát négy egyenlő részre vágott fel. Melyik rajz ábrázolja a felvágott pizzát?

4. Az énekkarban 12 fiú és ennél 7-tel több lány énekel. Hány lány énekel az énekkarban?

(A) *5* (B) *7* (C) *12* (D) *19* (E) *31*

5. Mennyi a 20 felének a fele?

(A) *1* (B) *2* (C) *5* (D) *10* (E) *20*

6. Melyik számok a keretben szereplő műveletek eredményei?

27−3 39+2 60−8

(A) *16; 40; 51* (B) *30; 51; 68*
(C) *4; 40; 53* (D) *14; 31; 42*
(E) *24; 41; 52*

7. Hány lába van összesen három 4 lábú asztalnak és kettő 3 lábú széknek?

(A) *7* (B) *11* (C) *12* (D) *18* (E) *20*

8. Zümi 3 csíkos és ennél 1-gyel kevesebb szív alakú lufit tart a kezében. Melyik rajz ábrázolja Zümit?

9. Ádám az ábrán látható betűkből kirakta a Kecske Kupa Csapatverseny nevében szereplő KECSKE szót. Hány betűt nem használt fel ehhez?

F
T E
E CS
K K
É

(A) *0* (B) *1* (C) *2*
(D) *3* (E) *4*

10. Egy cirkuszban egypúpú és kétpúpú tevék vannak. Az egyik műsorszámban három teve szerepel. Hány púpja nem lehet a három tevének összesen?

(A) *2* (B) *3* (C) *4* (D) *5* (E) *6*

11. Fruzsi futóbabjának magassága minden nap a kétszeresére nő. Hány méter magas lesz Fruzsi futóbabja holnap, ha tegnapelőtt 1 méter magas volt?

(A) *3* (B) *4* (C) *6* (D) *8* (E) *12*

12. A négyzet alakú fürdőszoba padlóját az ábra szerinti mintát követve lerakták szürke és fehér négyzet alakú csempelapokkal, összesen 25 darabot felhasználva. Mennyivel több fehér lapot raktak le, mint szürkét?



(A) *0* (B) *4* (C) *5*
(D) *10* (E) *15*

13. Melyik szám kétszerese egyenlő a 62−44 kivonás eredményével?

(A) *9* (B) *11* (C) *18* (D) *22* (E) *24*

14. Dóri a körben lévő alakzatok közül beszínezte azokat, amelyeknek legalább 4 oldala van. Hány alakzatot színezett be Dóri?

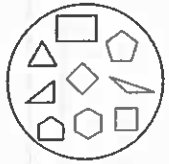

(A) *3* (B) *4* (C) *5*
(D) *6* (E) *9*

15. Mennyivel nagyobb a 81 a számjegyei összegénél?

(A) *9-cel* (B) *18-cal* (C) *71-gyel* (D) *72-vel* (E) *73-mal*

16. Az idősebb gyerek nevétől a fiatalabb gyerek neve felé mutat a nyíl (lásd ábra). Ki a legidősebb gyerek?

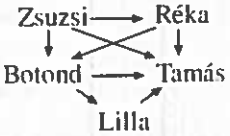

(A) *Botond* (B) *Lilla* (C) *Réka*
(D) *Tamás* (E) *Zsuzsi*

17. Az Abacus újság a kedvenc rovatomnál van nyitva. A két látható oldalszám összege 29. Melyik a két oldalszám közül a kisebb?

(A) *12* (B) *13* (C) *14* (D) *15* (E) *16*

18. Irma néni hűtőszekrényében 2 liter tej volt. Károly bácsinak 8 deciliter tejből tejberizst készített. A maradék tejet egyenlően osztotta szét Lukrécia, Szerénke és Frakk között. Hány deciliter tejet kapott Lukrécia?

(A) *3* (B) *4* (C) *6* (D) *8* (E) *12*

19. Borka többször lerajzolta a füzetébe az ábrán látható 5 kisnégyzetből álló alakzatot. Ezután minden alakzat 2 kisnégyzetét kékre színezte. Hány különböző színezésű alakzatot készített, ha azok száma a lehető legtöbb?



(A) *2* (B) *3* (C) *5* (D) *10* (E) *20*

2. osztály Zrínyi Ilona matematika verseny megoldások

2014 évi megoldás

DCBCD EBBEC BDCBC DCDBD ABC EB

2015 évi megoldás

EBDDD DEDCE EBACA BBECE CCCED

2016 évi megoldás

DBECC EEDEB EDEBA DDCBE DDADE

2017 évi megoldás

DCBDE CBEDD BBDBA ACCCD DDCED

2018 évi megoldás

DBDDC EDEDA DCADD ECBDC EBBBC

Kitöltési útmutató

ZRÍNYI KÓDLAP

Helyes kitöltés

☒ *Fekete vagy kék tollal*

Nem megfelelő kitöltés, mert

☒ *vékony;* ☒ *halvány;* ☒ *kicsi*

A kódlap kitöltése során tilos fehérítőfestéket és hibajavító tollat használni!

Név:

Osztály:

Iskola:

Helyszín:

Terem:

Hely:

Ebbe a téglalapba ne írj semmit!

Megye:

	A	B	C	D	E
1. feladat					
2. feladat					
3. feladat					
4. feladat					
5. feladat					
6. feladat					
7. feladat					
8. feladat					
9. feladat					
10. feladat					
11. feladat					
12. feladat					
13. feladat					
14. feladat					
15. feladat					
16. feladat					
17. feladat					
18. feladat					
19. feladat					
20. feladat					
21. feladat					
22. feladat					
23. feladat					
24. feladat					
25. feladat					
26. feladat					
27. feladat					
28. feladat					
29. feladat					
30. feladat					

Kitöltési útmutató

ZRÍNYI KÓDLAP

Helyes kitöltés

☒ *Fekete vagy kék tollal*

Nem megfelelő kitöltés, mert

☒ *vékony;* ☒ *halvány;* ☒ *kicsi*

A kódlap kitöltése során tilos fehérítőfestéket és hibajavító tollat használni!

Név:

Osztály:

Iskola:

Helyszín:

Terem:

Hely:

Ebbe a téglalapba ne írj semmit!

Megye:

	A	B	C	D	E
1. feladat					
2. feladat					
3. feladat					
4. feladat					
5. feladat					
6. feladat					
7. feladat					
8. feladat					
9. feladat					
10. feladat					
11. feladat					
12. feladat					
13. feladat					
14. feladat					
15. feladat					
16. feladat					
17. feladat					
18. feladat					
19. feladat					
20. feladat					
21. feladat					
22. feladat					
23. feladat					
24. feladat					
25. feladat					
26. feladat					
27. feladat					
28. feladat					
29. feladat					
30. feladat					